2.8-J - a) peso de pessoas numéricas contínuas
B) marcas comerciais de um mesmo analgesico: nominal;

c) Temperatura de pessoas: numéricas contínuas
D) quantidade anual de chuva na cidade de São Paulo: numéricas contínuas e ordinal
E) nº de doentes permanecem internados em uma enfermaria: numéricas discreta.
F) nº de leitos montados por dia em uma maternidade: numéricas discreta
G) comprimento de cães: numéricas contínuas

Faça Lourenço T= 01

28.2. Tabela de frequências
Todos 852 pessoas entrevistadas, 59 não tinham opinião, 425 eram favoráveis.

-Calculo dos que eram contrários
852 - 59 - 425 = 368

Opinião	Frequências	Percentagem
Favorável	425	49,9%
Contrário	368	43,2%
Sem opinião	59	6,9%
Total	852	100,0%

Exiga Lourenço T = 0,4

2.8.3 Complete a tabela 2.18

$fr = \frac{f}{n}$: formula da frequência relativa

para a primeira classe

$f = 0,08 \times 200 = 16$

Nota do aluno	frequência (f)	frequência relativa (fr)
de 9,0	16	0,08
8 a 8,9	36	0,18
6,5 a 7,9	90	0,45
5 a 6,4	30	0,15
abaixo de 5	28	0,14
Total	200	1,00

2.8.4 Estágio de doenças

Os 20 pacientes foram classificados em 3 estágios:

Estágio	frequência	frequência relativa (fr)	Percentagem
leve	8	8/20 = 0,40	40%
moderado	9	9/20 = 0,45	45%
severo	3	3/20 = 0,15	15%
Total	20	1,00	100%

A estatura mais frequente é a moderada, com 9 pacientes (45%).

Exige Trabalho T=d

2.8.5. Não está definido se os valores iguais aos extremos de classe estão ou não incluídos nas classes, os intervalos se sobrepõem (por ex de 20 a 30 e de 30 a 40, o valor 30 aparece mas dois intervalos) e falta uma classe de 50 a 60.

2.8.6 - Tipos de sangue

Contando os 40 doadores apresentados:

Tipo de sangue	frequência	frequência relativa (fr)	Porcentagem
A	16	0,4	40%
O	15	0,375	37,5%
B	6	0,150	15%
AB	3	0,075	7,5%
Total	40	1,000	100%

Exiga Lourenço T= 4A

2.8.7 - Graus dos alunos

Total 80 alunos

Grau B: 70%

Grau C: 5%

Grau A: 100% - 70% - 5% = 25%

Cálculo $25\% \cdot \frac{25}{100} \times 80 = 20$

R: 20 alunos receberam o grau A.

2 8.8 - Hábitos de sucção

Todas as categorias:

N = 615 + 190 + 588 + 618 = 2011

Hábitos	Frequência	Porcentagem
Não tinham hábitos de sucção	615	30,6%
Sucção polegar	190	9,4%
Chupeta	588	29,2%
Usavam os dois	618	30,7%
Total	2011	100,0%

Exige Laurence T = d

2.8.9. pesos dos bombeiros
peso mínimo 70 kg
peso máximo 118 kg
amplitude total
A = 118 - 70 = 48 kg
nº classes 10
amplitude de cada classe
h = 48 / 10 = 4,8 kg

Classe
70 - 75
75 - 80
80 - 85
90 - 95
95 - 100
100 - 105
105 - 110
110 - 115
115 - 120

2.8.10 - Intervalo de classe
Classes dadas 20 - 25; 25 - 30; 30 - 35; 35 - 40; 40 - 45; 45 - 50.

a)
Intervalo de classe = h = 25 - 20 = 5

b) Intervalo de toda as distribuição. A = 50 - 20 = 30

R:
cada classe tem amplitude de 5 e amplitude total é 30

Exige Lourenço T = A

3.8.11. Tempo de internamento

a) Tabela com intervalos iguais

1-4; 5-8, 9-12, 13-16 e 17-20

Classe	Frequência
0-3	5
3-6	8
6-9	11
9-12	4
12-15	6
15-17	2
Total	36

B)

Tabela com intervalos podidos

Classe	Frequência
1 dia	2
2 ou 3 dias	6
de 4 a 7 dias	12
de 8 a 14 dias	14
mais de 14 dias	2
Total	36

Enige Laurenco T=A

2.8.12. Intervalo de classe conjuntos A e B

$k = 1 + 3,3 \log_{10}(n)$

conjunto A

Dados

$n = 50$

mínimo = 24

máximo = 70

calcular

amplitude total

$A = 70 - 24 = 46$

n: aproximado do classe

$k = 1 + 3,3 \log_{10}(50)$

$\log_{10}(50) \approx 1,699$

$k \approx 1 + 3,3 (1,699)$

$k \approx 6,61 \approx 7$ classe

amplitude do cada classe

$h = \frac{46}{7} \approx 6,57$

≈ 7

classe	Intervalo
1	24 - 31
2	31 - 38
3	38 - 45
4	45 - 52
5	52 - 59
6	59 - 66
7	66 - 73

conjunto B

Dados

$n = 100$

Mínimo = 187

máximo = 821

calcular

Amplitude total

$A = 821 - 187 = 634$

amplitude

$h = \frac{634}{8} = 79,25 \approx 80$

classe	Intervalo
1	185 - 280
2	280 - 315
3	315 - 380
4	380 - 445
5	445 - 510
6	510 - 575
7	575 - 640
8	640 - 705

n: classe

$k = 1 + 3,3 \log_{10}(100)$

$\log_{10}(100) = 2$

$k = 1 + 3,3(2) = 7,6 \approx 8$

Faixa Bauru: T=A

28.13 Taxa de abandono do tratamento de tuberculo

	Abandono do tratamento			
Zona	Sim	Não	Total	Taxa de abandono
Urbana	55	80	95	35,8%
Rural	70	35	105	66,7%
Total	85	115	200	42,5%

2.8.14 Prevalência de cáries e doenças gengivais nos dentistas

78 responderam "Sim"

122 residentes responderam Não

Exigência Laurence T=7

Parasmeio	Frequências	Percentagem
Sim	78	78,0%
Não	22	22,0%
Total	100	100,0%

2.8.15 - Frequências relativas dos dr.

$$fr = \frac{f}{n} \times 100$$

calculo Total masculino

$n_M = 27437 + 76065 + 150283 + 55785 + 17530 + 107032 + 88563 = 522795$

$n_f = 18615 + 64724 + 135119 + 46369 + 13165 + 20368 + 75399 = 373759$

calcular doenças infecciosas e parasitárias no sexo masculino

$fr = \frac{27437}{522795} \times 100 \Rightarrow fr \approx 5,2\%$ $\quad fr = \frac{18615}{373759} \times 100 \Rightarrow fr \approx 4,98\%$

	masculino		feminino	
Grupo de causas	n:	%.	n:	%.
Inf. parasitárias	27.437	5,2%.	18,615	5,0%
Neoplasias	76.065	14,5%.	64.724	17,3%.
aparelho circulat.	150.383	28,8%.	135.119	36,2%.
" respiratori	55.785	10,7%.	46.369	12,4%.
Período perinatal	17.530	3,4%.	13.165	3,5%.
causas externas	107.032	20,5%.	20.368	5,4%.
demais causas definidas	88.563	16,9%.	75.399	20,2%.
Total	522.795	100,0%.	373.759	100,0%.

Exige download, T=6

6.8.76 - Frequencia relativa por faixa etária

Dados da tabela

Faixa etária	fi	fr
30-40	10	3,4%
40-50	66	22,8%
50-60	119	41,0%
60-70	66	22,8%
70-80	24	8,3%
80 ou mais	5	1,7%
Total	290	100,0%

Soma total

S: 10+66+119+66+24+5 = 290

fr = 10 / 290 = 0,03448

% = 0,03448 × 100 = ≈3,45%

≈3,4

Para 40 - 50 anos

fr = 66 / 290 = 0,22759

% ≈ 22,76%

≈22,8

Para 50 - 60 anos

fr = 119 / 290 = 0,41032

%≈41,03%

60 - 70 anos

fr = 66 / 290 = 0,22759

% ≈ 22,76%

≈ 22,8

70 - 80 anos

fr = 24 / 290 = 0,08276

% ≈ 8,28%

80 ou mais

fr = 5 / 290 = 0,01724

% ≈ 1,72%

a faixa etária a maior risco dos 50 aos 60 anos

Engenharia T = A

6.8.17. Taxa de aproveitamento de órgãos

fórmula:

$$\text{Taxa de aproveitamento} = \frac{\text{órgãos aproveitados}}{\text{doadores}} \times 100$$

Rim

$$\frac{200}{105} \times 100 = 2 \times 100 = 200\%$$

coração

$$\frac{45}{103} \times 100 = 43,86\%$$

Fígado

$$\frac{20}{105} \times 100 = 19,05\%$$

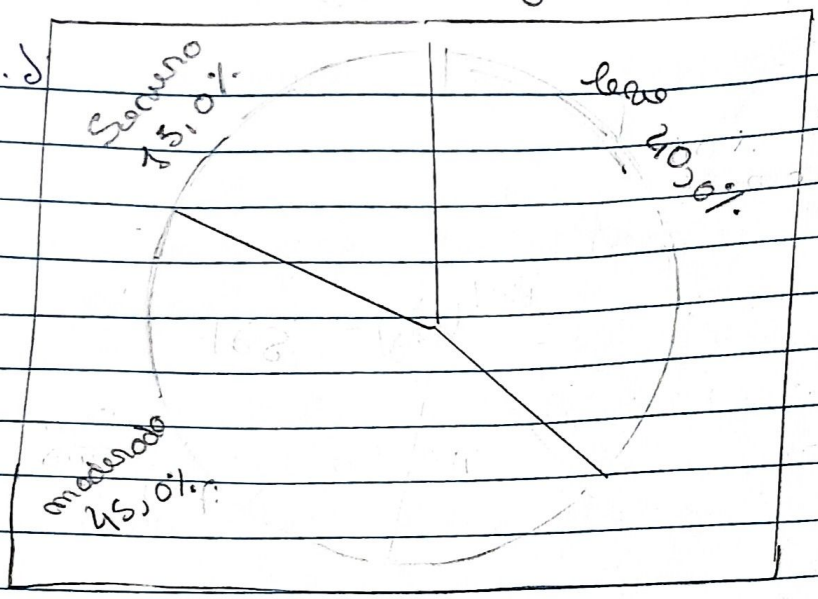
Pulmões

$$\frac{17}{105} \times 100 = 16,19\%$$

órgãos	doadores	órgãos aproveitados	Taxas
Rim	105	210	100,0%
coração	105	45	43,9%
fígado	105	20	19,0%
Pulmões	105	17	8,1%

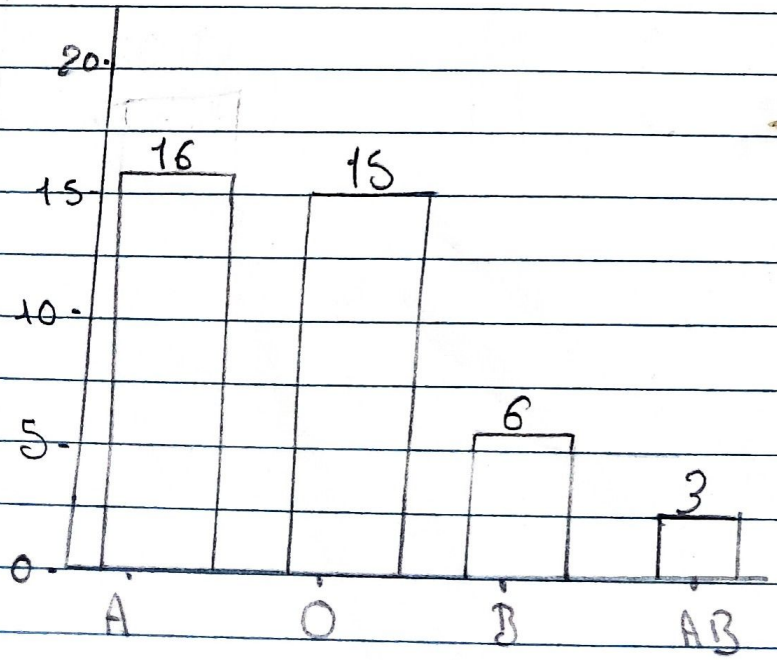
Gráficos de setores Exige fórmula T = 3A

3.5.1



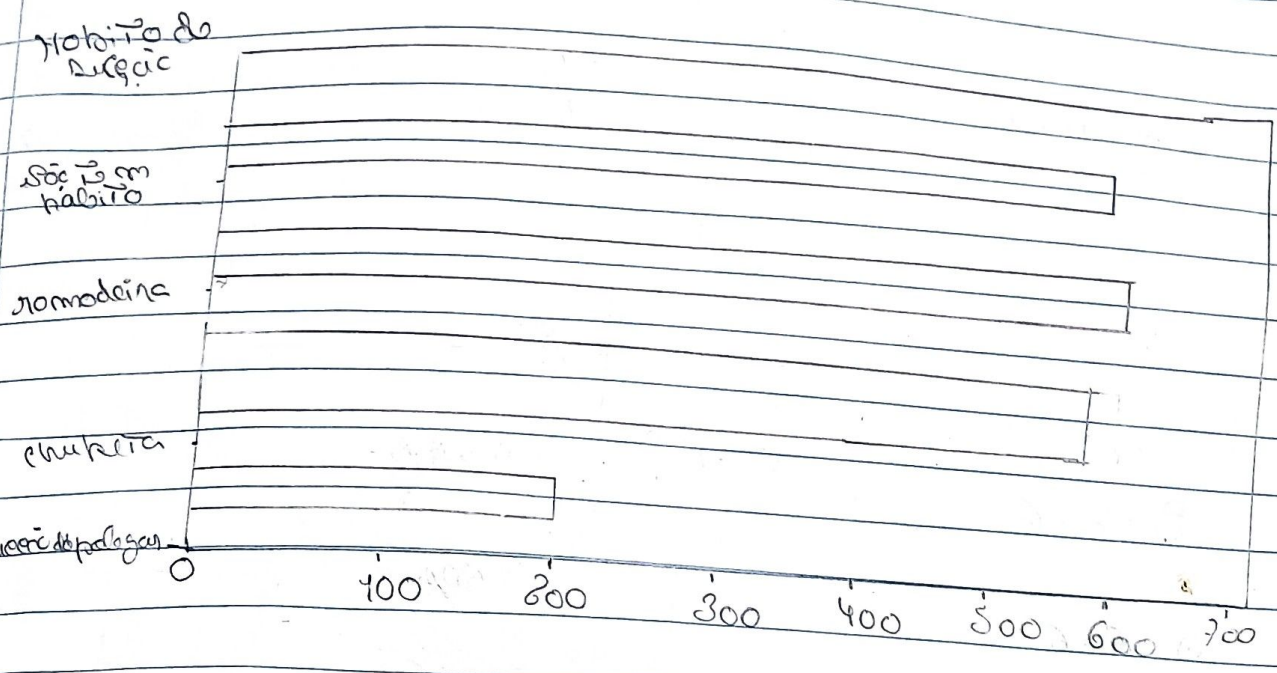
3.5.2 - Gráfico de barras dos tipos de sangue - resultados do exercício 3.5.6

Tipo de sangue dos 40 doadores, % de cada tipo de sangue

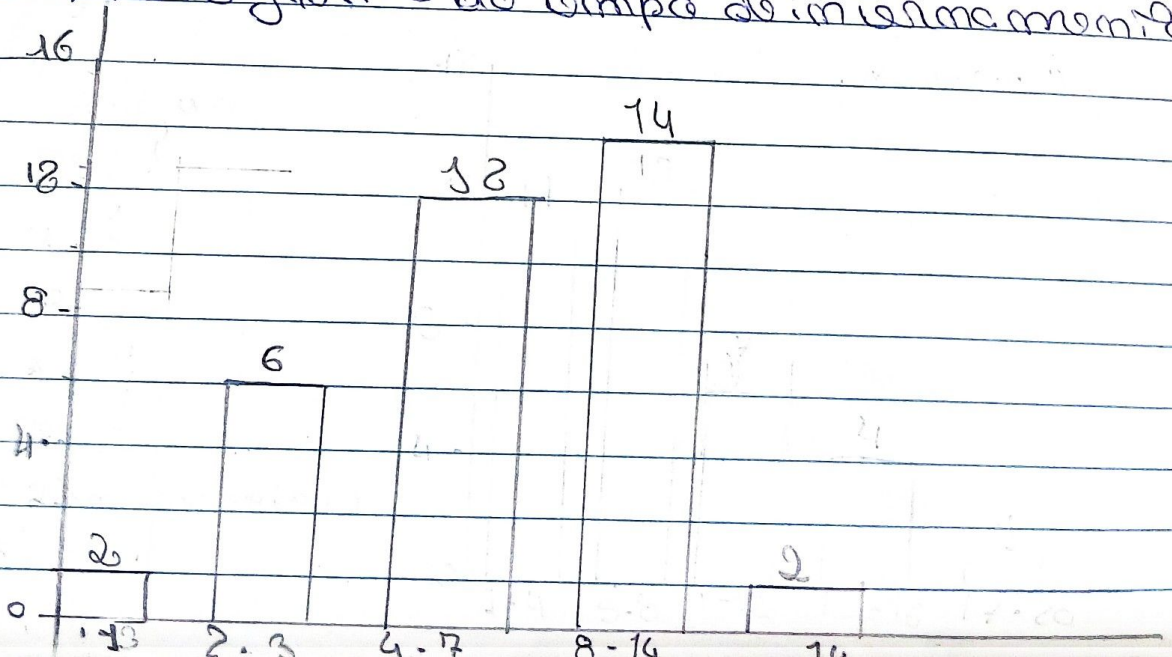


Artigo Laurence T= 51

3.5.3 - Gráfico de valores de habitos de direção



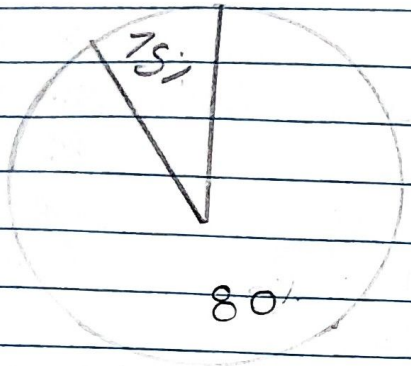
3.5.4 - Histograma do tempo de investimento



Exige Lourenço T=24

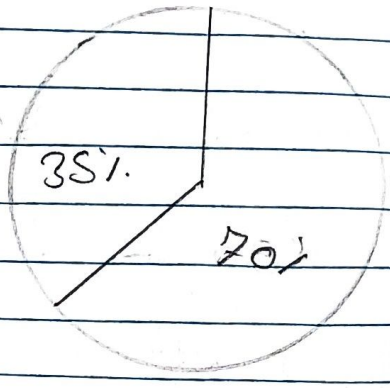
3.5.5 - Gráficos de setores

Toma urbano



abandonam 56,84
não abandonam 303,16

Toma rural

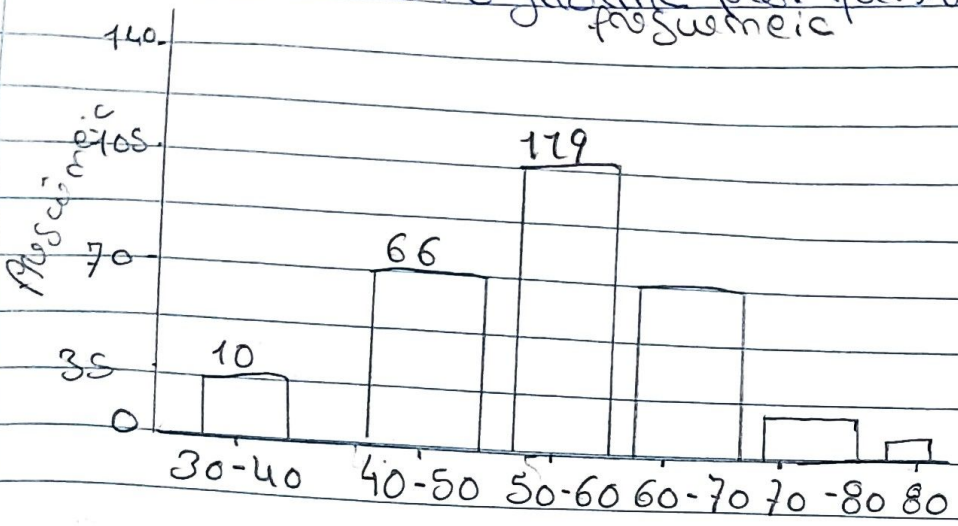


abandonam 24%
não abandonam 126

3.6

Engª Laurenço T=D

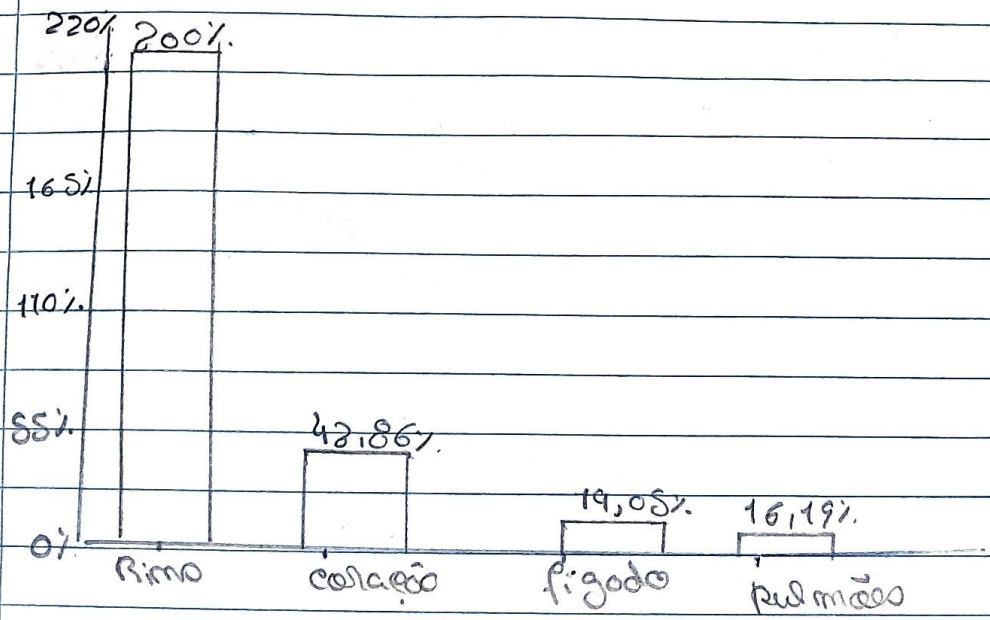
3.5.7 - Histograma por faixa etária



Idade	Pacs
30-40	10
40-50	66
50-60	179
60-70	66
70-80	24
80 ou mais	5

3.5.8 - Gráfico de barras de utilização dos órgãos.

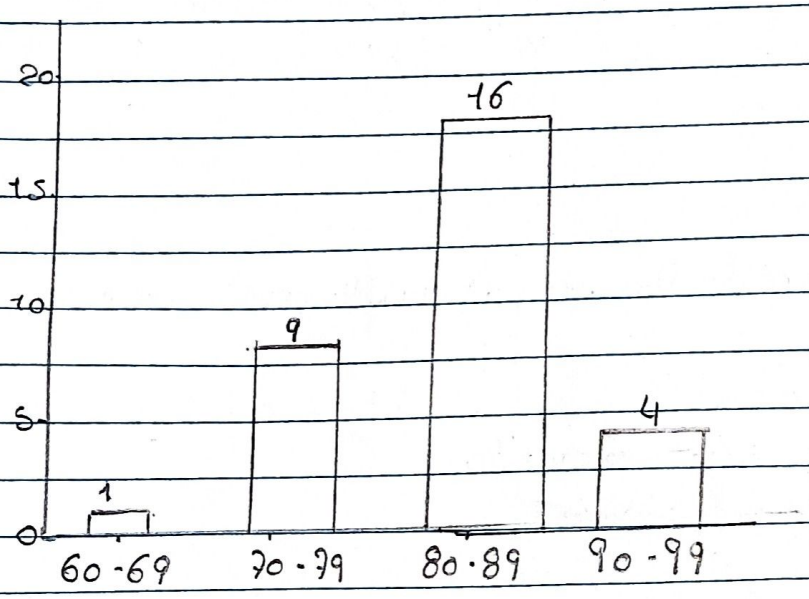
Órgãos	Porcentagem de utilização
Rins	200%
coração	48,86%
fígado	19,05%
pulmões	16,19%



Exercício Resolvido T = 01

3.5.9 - Histograma da pressão arterial diastólica

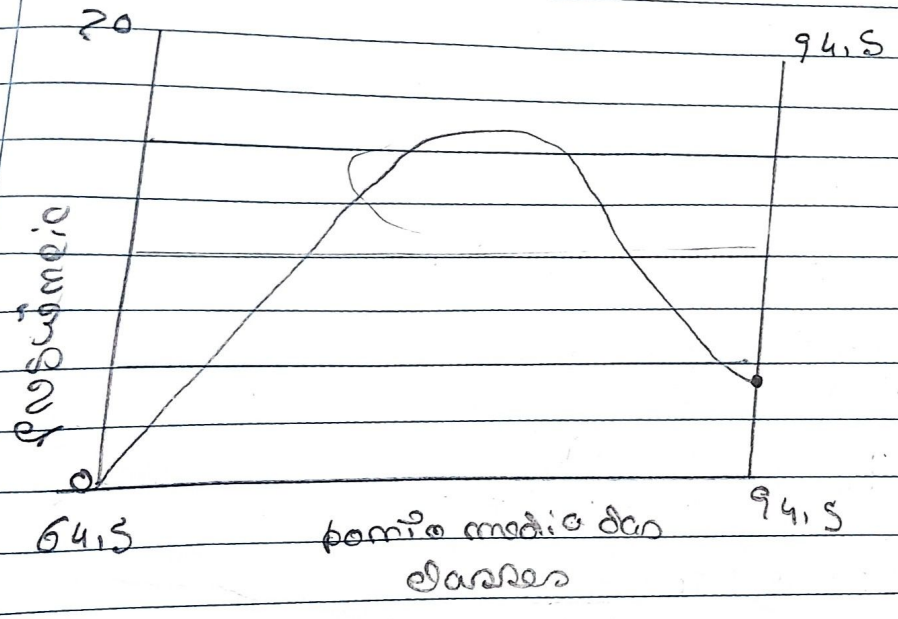
Pressão arterial (mmHg)	frequências
60 - 69	1
70 - 79	9
80 - 89	16
90 - 98	4
TOTAL	30



Exercícios Propostos (P)

2.5.10 - Polígono de frequências de pressão arterial

ponto médio	frequência
64,5	1
74,5	9
84,5	16
94,5	4



4.6.1 - a) média = 5, mediana = 6, moda = 8
b) média = 8, mediana = 8, moda 8
c) média = 11, mediana = 10, moda = 10
d) média = 1 mediana = 0, não tem moda
e) média = 2 mediana 1 = duas modas 1 e 2

4.6.2 - exercícios.

4.6.4 - Exames.